新北市永和區頂溪國民小學113學年度下學期六年級期中評量試卷									
領域	數學	班級	六年　　班	座號		姓名		成績	

一、選擇題：每題2分，共10分

1.(　　)同一個圓內的扇形，扇形面積愈大，則扇形的　①半徑愈短　②周長愈短　③弧長愈長　④圓周率愈大。

2.(　　)下列關於繪製圓形圖的敘述，哪一個錯誤？①將圓分成100等分　②每1等分是1°　③當各項目的百分率合計只有99%，要調整成100%　④一般而言會從12點鐘方向開始繪製。

3.(　　)飲料店昨天煮了24.5公升的紅茶，比今天多0.55公升，飲料店這兩天共煮了幾公升的紅茶？①49.55公升　②49.45公升　③48.55公升　④48.45公升。

4.(　　)關於速率的敘述，下列何者錯誤？
①距離相等，花的時間越短，速率越快。
②時間相等，移動距離越短，速率越慢。
③速率相等，花的時間越長，移動的距離越短。
④秒速是指每1秒移動的路徑長。

5.(　　)將同一個圓分別平分成8、16、32等分，再排成甲、乙、丙三個圖形，如下圖。三個圖形中，何者的面積最大？①甲圖　②乙圖　③丙圖　④一樣大。

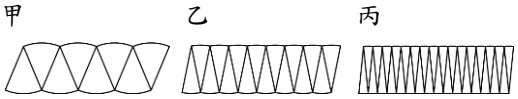

二、填充題：除了第6題外，其餘每格2分，共33分

1. 將下列速率換成指定的單位，答案用整數或小數表示。
(1) 分速24公尺＝秒速（　　）公尺＝秒速（　　）公分
(2) 180公里／時＝（　　）公里／分＝（　　）公里／秒
(3) 39.6公尺／時＝（　　）公尺／分＝（　　）公分／分

2. 米花國小準備了一些書籤作為「閱讀高手」活動的抽獎獎品，書籤上印有各類短文，各種類短文書籤的數量統計表如下，請圈選正確答案。

各種類短文書籤數量統計表

短文種類	名人格言	成語典故	唐詩解析	科學新知
數量（張）	87	14	2	5

(1)步美有一次抽獎機會，她抽到名人格言的可能性是什麼？
（ 一定能，很有可能，很不可能，一定不能 ）
(2)光彥有一次抽獎機會，他抽到科學新知的可能性是什麼？
（ 一定能，很有可能，很不可能，一定不能 ）
(3)元太有一次抽獎機會，輪到他抽獎時，唐詩解析已被抽完，他抽到唐詩解析的可能性是什麼？
（ 一定能，很有可能，很不可能，一定不能 ）

3. 和葉一天中有$\frac{1}{6}$是休閒時間，她將休閒時間所做的活動花費的時間畫成如下的圓形圖，請回答下面問題。

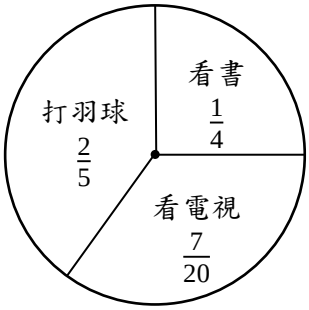

(1) 休閒時間一共有(　　)小時。
(2) 看電視的扇形圓心角度數是(　　)度。
(3) 打羽球的時間比看書多(　　)小時。

4. 教室圓形時鐘的分針從6走到9的位置，分針的長度是12公分，分針掃過的扇形面積大約是(　　)平方公分。

【◎請注意，背面還有試題！】

5. 甲圓的直徑是 20 公分，乙圓的半徑是 5 公分，甲圓面積是乙圓面積的(　　)倍。

6. 填入＞、＜或＝（每格 1 分）

（1）$9.99\times9.99+0.01\times9.99$ □ $(9.99+0.01)\times9.99$

（2）$\frac{7}{8}\div(0.5\div4)$ □ $\frac{7}{8}\div0.5\div4$

（3）$\frac{2}{3}\times3.6-\frac{5}{9}\times3.6$ □ 3.6

（4）$0.6\div(0.2+0.4)$ □ $0.6\div0.2+0.4$

（5）$9\frac{3}{5}-2\frac{1}{4}+1\frac{2}{5}$ □ $9\frac{3}{5}+1\frac{2}{5}-2\frac{1}{4}$

三、計算題：每題 3 分，共 21 分

1. $3.87\times\frac{1}{4}+\frac{1}{4}\times0.13=$

2. $2\frac{7}{12}+1\frac{3}{8}\div8\frac{1}{4}=$

3. $5.375\div(3\frac{3}{4}-1\frac{1}{2})=$

4. $9.87\div0.25\div4=$

5. 下面圖形灰色部分的面積大約是多少平方公分？

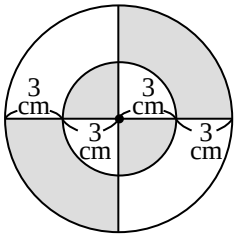

6. 下面圖形斜線部分的面積大約是多少平方公分？

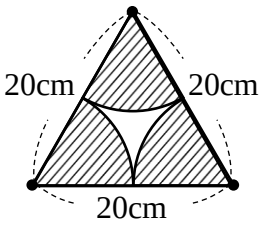

7. 下面圖形斜線部分的面積大約是多少平方公分？

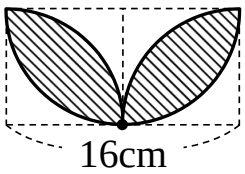

【◎請繼續寫下一張試題！】

新北市永和區頂溪國民小學 113 學年度下學期六年級期中評量試卷										
領域	數學	班級	六年　　班	座號			姓名		成績	

四、應用題 :每題 4 分，共 16 分

1. 阿笠博士帶著少年偵探團來到了一座農場，看見一隻羊被主人用長 18 公尺的繩子，綁在邊長是 21 公尺的正三角形羊舍的一角，如下圖。請問這隻羊可以活動的區域面積大約是多少平方公尺？

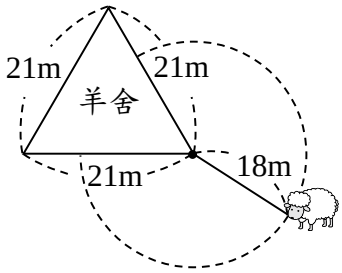

2. 小蘭陪同來自英國的米奈芭搭乘臺北捷運，從頂溪站出發，搭乘 5 站後抵達行天宮站。已知臺北捷運任相鄰的兩站平均距離約為 800 公尺。不過，英國人常用的距離單位為「英里」，而 1 公里＝0.621371192 英里。請問小蘭該如何向米奈芭介紹搭乘的距離大約是幾英里？(請先將 0.621371192 用四捨五入法取概數到小數第二位後再計算，再把作法用一個算式記下來)

3. 毛利小五郎前往警察局想要找目暮警官聊天，毛利小五郎從毛利偵探事務所步行花了 30 分鐘，速率是 90 公尺/分。回程時依照原路回到事務所，花了 1 小時，回答下列兩個問題。

(1)警察局到事務所的距離是幾公尺？(2 分)

(2)毛利小五郎這一趟全程來回的平均速率是多少？(2 分)

4. 早上 8 時，平次與柯南從毛利偵探事務所出發，步行前往 8 公里外的廢棄工廠，據說那裡藏有黑暗組織關鍵線索。抵達後，他們仔細搜尋了 50 分鐘，調查可疑的腳印與留下的證據。結束調查後，他們準時在 10 時 30 分啟程返回，沿著原路走回事務所。返程時，他們的步行速度為每小時 5 公里。

(1)請問他們可不可以趕在中午 12 點前返回事務所？(2 分)

答：_____

(2)請用算式或文字說明你的理由。(2 分)

【◎請注意，背面還有試題！】

五、看表回答問題並畫圖：共 20 分

米花國小 128 位六年級學生兒童節禮物的統計表如下，請回答問題並畫出圓形圖。

米花國小六年級學生兒童節禮物統計表

種類	隨行杯	文具組	疊疊樂	益智玩具	保溫提袋
數量（個）	26	12	30	50	10
調整後百分率					

1. 根據統計表，列式算出各類禮物數量所占的百分率(用四捨五入法求商到小數點後第二位，再換成百分率)，並完成統計表。(列式及統計表每項各 1 分)

隨行杯：_____

文具組：_____

疊疊樂：_____

益智玩具：_____

保溫提袋：_____

2. 根據調整後的百分率，畫出圓形圖並填上禮物名稱及百分率。(每項 2 分)

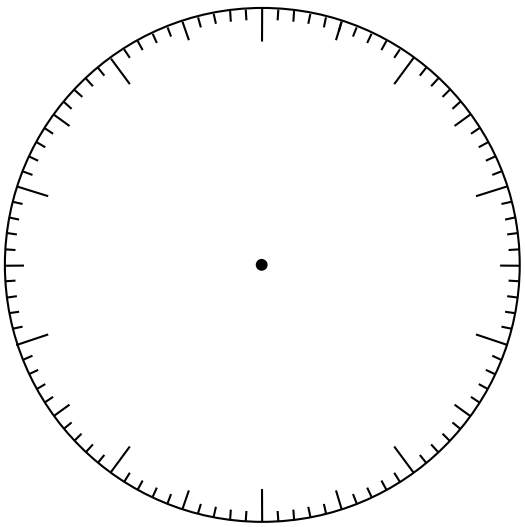

米花國小六年級學生兒童節禮物圓形圖

【試卷到此結束，請仔細檢查！！！】