新北市永和區頂溪國民小學113學年度下學期六年級期末評量試卷									
領域	數學	班級	六年　　班	座號		姓名		成績	

一、選擇題：每題2分，共10分

1.(　　)佩琪的跑步速率為5.6公尺／秒，喬治的跑步速率為4.3 公尺／秒，他們兩人在同一地點反向起跑，經過2分鐘後，兩人相距多少公尺？　①56 公尺　②78 公尺　③594公尺　④1188公尺。

2.(　　)羚羊老師比蘇西大14歲，蘇西今年8歲，下列敘述何者正確？　① 5 年後羚羊老師的年齡跟蘇西相差5歲　②2 年後羚羊老師的年齡跟蘇西相差2倍　③2 年前羚羊老師的年齡是蘇西的3倍　④6 年前羚羊老師的年齡是蘇西的8倍

3.(　　)皮卓這次期末評量的國語、英文和數學的平均成績是85分，自然和社會的平均成績是90分，關於全部五科的平均分數，下列敘述何者正確？①全部五科的平均成績會低於國語、英文和數學的平均成績　②全部五科的平均成績會高於自然和社會的平均成績　③全部五科的平均成績會高於國語、英文和數學的平均成績　④全部五科的平均成績會等於自然和社會的平均成績。

4.(　　)甲柱體跟乙柱體皆是三角柱，甲柱體的底面積是乙柱體的3倍，甲柱體的柱高是乙柱體的3倍，甲柱體的體積會是乙柱體的幾倍？ ①3倍。　② 6倍 ③ 9倍　④一樣大。

5.(　　)對於角柱的相關敘述，何者錯誤？　①三角柱的底面跟側面互相垂直。　②將圓柱展開後，側面會是一個扇形　③四角柱有2個底面和4個的側面　④三角柱表面積是2個底面面積和3個側面面積的總和。

二、填充題：每格2分，共20分

1. 小新今年9歲，叔叔今年45歲，(　　)年前，叔叔的年齡是小新的7倍。

2. 布莉2分鐘跑150公尺，賓果10分鐘跑800公尺，布莉和賓果從同一地點同時反向出發，20分鐘後，兩人相距（　　）公里。

3. 豬爸爸開車的速率是60 公里／時，豬媽媽騎車的速率是500公尺／分，豬媽媽從家裡騎了12分鐘後，豬爸爸才從家裡出發，豬爸爸要花（　　）分鐘才能趕上豬媽媽。

4. 小蘭和柯南相距3.5公里，小蘭走路的速率是45公尺／分，柯南走路的速率是62 公尺／分，兩人同時相向出發，走了5分鐘後停下腳步，兩人相距(　　)公尺。

5. 桌上有9張數字分別是1~9的撲克牌蓋在桌上，悟空跟八戒各抽3張，悟空抽到的3張牌數字平均為4，八戒抽到的3張牌數字平均為6，剩下的三張牌數字平均是(　　)。

6. 有一個圓柱的底面圓周長是62.8公分，柱高是10公分，體積大約是（　　）立方公分。

7. 有一個三角柱，一個底面的面積是30平方公分，底面的周長也是30公分，柱高是8公分，三角柱的表面積是（　　）平方公分。

8. 有一個四角柱，底面是一個梯形，底面的上底是3公分，下底是5公分，高是8公分，柱高是12公分，此四角柱的體積是（　　）立方公分。

9. 下圖是一個底面為平行四邊形的四角柱，請觀察下方圖形並回答問題。

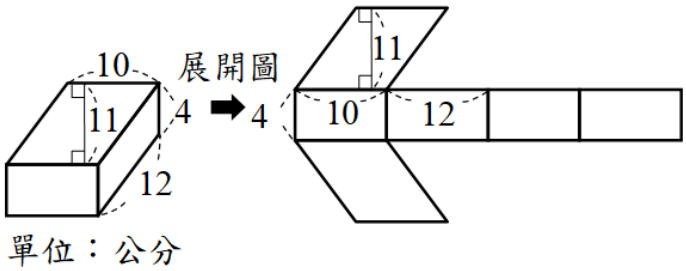

(1) 側面的總面積為（　　）平方公分。
(2) 此四角柱的表面積為（　　）平方公分。

【◎請注意，背面還有試題！】

三、圖表題：每格 1 分，共 14 分

柱體	甲 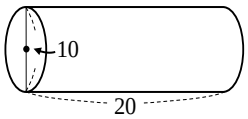	乙 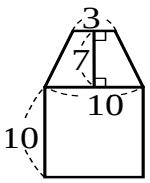
一個底面積 (cm^2)		
柱高 (cm)		
體積 (cm^3)		
柱體	丙 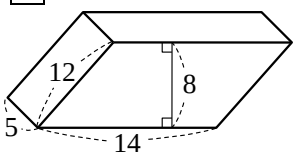	丁 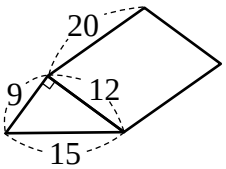
一個底面積 (cm^2)		
柱高 (cm)		
體積 (cm^3)		

(1)甲、乙、丙、丁柱體，誰的體積最大？
(　　)

(2)甲、乙、丙、丁柱體，誰的體積最小？
(　　)

四、看圖填空並回答問題：每個填空 1 分，計算各形體 3 分，共 18 分

1. (1)此柱體的底面積為(　　)圓面積，

填分數

(2)此柱體的體積是多少立方公分？

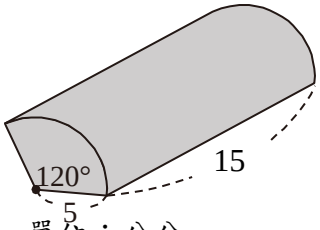

單位：公分

2. (1)此灰色柱體的底面積：

(　　)形面積－(　　)形面積

(2) 體積是多少立方公分？

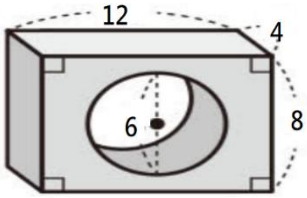

單位：公分

3. (1)此柱體的底面積：

(　　)形面積+(　　)形面積

(2) 體積是多少立方公分？

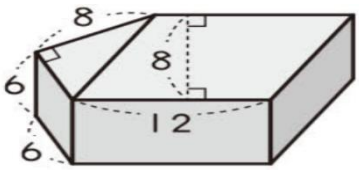

單位：公分

4. (1)此圓柱體展開後的側面是(　　)形

(2)此圓柱體的表面積是多少平方公分？

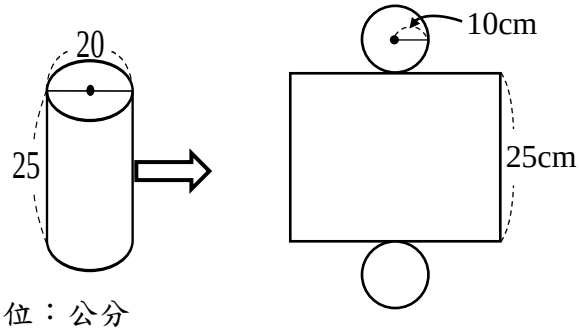

單位：公分

【◎請繼續寫下一張試題！】

新北市永和區頂溪國民小學 113 學年度下學期六年級期末評量試卷									
領域	數學	班級	六年　　班	座號		姓名		成績	

五、應用題 :每題 4 分，共 28 分

1. 阿奇家裡有很多大小一樣的三角柱巧拼，三角柱底面的底為 8 公分，高為 15 公分，柱高為 3 公分，他想將巧拼依照同樣方式向上疊成一個新的三角柱，其體積是 1260 立方公分，他總共用了幾片巧拼才能疊成此三角柱?

2. 有一個底面是平行四邊形的四角柱，此四角柱體積為 2880 立方公分，底面平行四邊形的底是 30 公分，高是 8 公分，四個邊長的總和是 94 公分，此四角柱的柱高是多少公分？此四角柱的表面積是多少平方公分？

3. 平面電扶梯的分速是 23 公尺，索尼克從起點開始，先靜止站在電扶梯 2 分鐘後，再以秒速 3 公尺在平面電扶梯上**同向**行走 3 分鐘後抵達電扶梯終點，這個平面電扶梯的全長是多少公尺？

4. 羅賓今年 26 歲，索隆今年 22 歲，魯夫今年 18 歲，喬巴今年 10 歲。當羅賓的年齡剛好是魯夫的 3 倍時，索隆當時是幾歲？

5. 小智家距離寶可夢中心有 1.5 公里，小智以分速 50 公尺從家裡出發，走了 15 分鐘，小豪才騎腳踏車從小智家出發，最後兩人同時抵達寶可夢中心，小豪騎腳踏車的速率是多少公尺／分？

6. 美環跑步的速率是 100 公尺／分，花輪跑步的速率是 150 公尺／分，永澤跑步的速率是 120 公尺／分，三人從同一地點同向出發，美環先跑 10 分鐘後，永澤和花輪才出發，永澤和花輪分別需要花幾分鐘才會追上美環？

【◎請注意，背面還有試題！】

7. 小丸子找了好朋友們在跨年那天一起烤肉慶祝，總共有 6 位男生，8 位女生參加，大家決定分組採買食材，男生組平均每人花了 240 元採買飲料跟肉品，女生組平均每人花 170 元採買蔬菜跟點心，跨年結束後，大家結算花費總金額，每人平均要付多少錢？

六、素養題：第 1、2 題各 3 分，第 3 題 4 分，共 10 分

這次期末考總共考五科，分別是國語、數學、英文、社會及自然，每科的滿分都是 100 分。大雄、小夫跟胖虎三個人正在計算自己的分數。

1. 大雄的國語、數學和英文三科的平均分數是 90 分，社會和自然兩科的平均是 92 分，五科的平均分數是多少？

2. 胖虎的社會跟自然兩科的平均分數是 95 分，但是考數學時，因計算粗心而被扣太多分數，導致國語、數學跟英語的平均分數不盡理想，老師計算三人這次期中考五科的總平均分數，發現胖虎和大雄的平均分數一樣，請問胖虎的國語、數學跟英語三科的平均分數是多少？

3. 小夫希望五科的平均分數能達到 92 分，他的國語、數學、英文和社會四科的平均分數是 89 分，再加上自然的分數，小夫的五科平均分數有可能達到 92 分嗎？

(1)答：_____ (2 分)

(2)請用算式或文字說明理由。(2 分)

【◎試卷到此結束，請仔細檢查！】