新北市永和區頂溪國民小學113學年度下學期六年級期末評量試卷									
領域	社會	年級	六年　　班	座號		姓名		成績	

一、是非題：每題2分，共20分

(　　)1. 聯合國是目前全球最重要的國際組織，它是第一次世界大戰後，為了避免再度發生大規模戰爭而成立的。

(　　)2. 卡達本國人口稀少，導致勞動力不足，因此需要引進大量國際移工來協助建設世界盃足球賽的場館設施。

(　　)3. 透過國際合作發展基金會，各國的治安機關，會進行資訊流通與整合，共同合作打擊跨國犯罪。

(　　)4. 目前來臺灣的國際移工約有 80 萬人，以印尼、越南、菲律賓、泰國為最多數。

(　　)5. 西元 2020 年新冠肺炎爆發，各國採取施打疫苗、邊境管制、實施隔離等措施。

(　　)6. 西元 2023 年土耳其發生強震，臺灣協助搜救行動，因此聯合國正式把臺灣搜救隊列在官方搜救隊網站

(　　)7. 馬拉拉・尤沙夫賽是巴基斯坦的一位女性，她因推動兒童能享有安全、有保障的工作環境而遭受恐怖分子槍擊重傷。

(　　)8. 巴黎協定規定西元2050年「淨零排放」，是指人為的碳排放能達到零排放量。

(　　)9. 全球暖化會造成氣候變化，暴雨、熱浪、乾旱都是此帶來的現象，與二十世紀相比，平均氣溫已上升約1°C以上。

(　　)10. 阿富汗歷經多年乾旱以及蝗災造成糧食危機，研究發現該國家碳排放量過高，導致氣候異常。

二、選擇題：每題2分，共32分

(　　)1. 「當其他國家生產的石油、小麥等原物料價格上漲時，臺灣的民生物品價格也跟著上漲，影響到我們日常生活。」這段話顯示出哪一種現象？
①臺灣生產的石油、小麥等品質，比外國的品質低　②臺灣所有的的民生用品與石油等都是由國外進口　③世界各地的極端氣候，會影響到農作物的收成　④世界各地發生的問題，容易互相影響，進而成為全球議題。

(　　)2. 新聞中有些孩子面臨貧困和飢餓，甚至無家可歸，哪個國際組織可以幫助這些家庭？①國際勞工組織②世界展望會③糧食及農業組織 ④綠色和平組織。

(　　)3. 小頂看到新聞正在報導烏俄戰爭對臺灣的影響，請問他最有可能看到下列哪一項事件？
①空氣品質不佳 ②石油價格下跌
③麵包售價上漲 ④臺灣遭受砲火攻擊

(　　)4. 哪個方法**不能**穩定臺灣的糧食供應?
①將農地改建為科技園區 ②提高在地糧食生產量 ③改善生產技術 ④平時提升糧食儲備量。

(　　)5. 老師要全班蒐集全球關注的新聞議題，下列哪一項新聞標題較**不符合**？
①印度、巴基斯坦衝突交火，南亞地區軍事緊張升高 ②美國總統川普關稅政策，重擊全球經濟！ ③ 泰國潑水節吸引百萬人共襄盛舉，五天創造 14 億觀光收入④頂溪國小將在 6 月 12 日舉辦第 66 屆畢業典禮。

(　　)6. 下列關於台灣路竹會的敘述，何者正確？
①是聯合國底下的附屬組織　②號召願意服務於臺灣都市地區，以及國外已開發國家的醫界志工與一般義工　③「把健康送上山」、「醫療無國界」是他們的理念　④成立至今僅服務約五個國家，雖還不受認可，但仍積極努力。

(　　)7. 為了因應氣候異常，臺灣有些農民嘗試調整水稻的栽種方式，讓糧食能更穩定的供應。關於水稻的改良做法何者正確？
①插秧時需要使用大量的水
②利用深耕機械在水田上播種
③改良後產量會比在水田耕作時多
④有助於長期乾旱時永續發展。

(　　)8. 聯合國在氣候高峰會設定的全球氣候目標，從「管制碳排放量」到「遵守碳排放量的上限」，再到「2050 實現淨零排放」，主要目的是什麼？①提高全球能源消耗②對碳排放標準越來越嚴格以改善氣候③提升國際經貿合作④提升各國對煤炭與石油燃料的依賴。

(　　) 9. 關於全球暖化的影響，下列哪一項是因為「極地冰山大量融化」造成的結果？
①因為海水溫度上升而導致珊瑚大量死亡②歐洲因為熱浪來襲而經常出現高溫天氣③馬紹爾群島因為海平面上升而經常面臨淹水威脅④氣候異常帶來乾旱、水災，導致許多地區糧食歉收。

(　　) 10. 科學家觀察非洲的生態環境，發現可可樹的面積與森林的面積增減有關係，請問下列哪一項推論比較正確？
①農民種植可可樹時，也會同時種植和森林相同的樹木　②農民為了讓可可樹生長得更好，會將可可樹種在森林中
③農民為了增加森林面積，需要種植更多的可可樹　④農民種植可可樹時，需要砍伐與燒毀森林。

(　　) 11. 小儒最近關心新聞時事，以下哪一則新聞事件侵犯了基本人權？
①政府推動長照 2.0 政策，讓更多長輩能在熟悉的社區中安心生活。
② 2024 年修法通過，原住民可以選擇在身分證上只列原住民語的正式名字。
③疫情之後全球童工增至約 1 億 6000 萬名，大多從事與農業相關工作。
④4 月 30 日是「國際不打小孩日」，鼓勵大家用愛與耐心陪伴孩子成長。

(　　) 12. 下列關於 COVID-19 疫情的敘述，哪一個敘述正確？①國際上的貿易往來因為疫情的關係至今完全停擺②在交通運輸發達的今日，各國之間關係更為緊密，而病毒的傳播也更為迅速及廣泛③為了防止疫情擴散，以後的航空業可能都無法再繼續營運④世界貿易組織發布此為「國際公共衛生緊急事件」。

(　　) 13. 下圖的遊行照片，最可能來自哪一個國際組織的活動？

①國際勞工組織②國際綠色和平組織
③國際宗教自由聯盟④國際合作發展基金會。

(　　) 14. 下圖是老師統整的各國家午餐品項，根據表格內容判斷，何者最有可能是老師想探討的主題？

國家	國小生午餐內容	飽足感
臺灣	白飯、炒白菜、蒸蛋、馬鈴薯雞丁、味噌豆腐湯	★★★★★
美國	馬鈴薯泥、雞塊、巧克力餅乾、青豆、水果果凍	★★★★★
馬利	馬鈴薯	★★
迦納	白飯	★

①發展中國家普遍選擇清淡的飲食
②已發展國家面臨糧食過剩的問題
③全球化面臨資源分配不均的問題
④全球化使各國飲食文化豐富多元

(　　) 15. 下圖關於「世界貿易組織 WTO 統計圖」的名稱，最可能是哪一項？

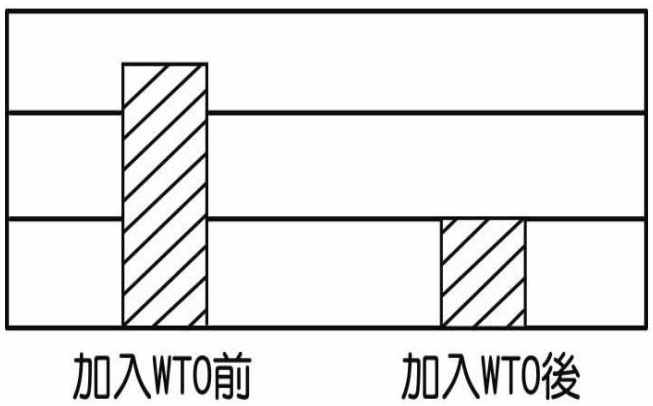

①加入 WTO 後，進口商品在臺價格圖
②加入 WTO 後，進口商品在臺種類圖
③加入 WTO 後，國內稻米競爭壓力圖
④加入 WTO 後，國內出口品競爭力圖

(　　) 16. 下表為小卿針對四個國家的人民與飲食狀況所歸納的資料，哪一個國家比較需要國際組織或公益團體，提供糧食或生產技術協助？

小畢	兒童和婦女飢餓比例高，兒童的發育遲緩率是城市兒童的 2 倍
大業	政府制定法令，將過剩的食物捐贈給貧窮地區的國家。
小快	國內有 50.8%的 18 歲以上成年人達到過重及肥胖標準。
大樂	政府推行校園營養午餐政策，確保兒童有均衡飲食。

①小畢國②大業國③小快國④大樂國。

班級：(　　)座號：(　　)姓名：(　　)

三、勾選題：每格 1 分，共 27 分

1. 下列關於國際組織的敘述哪些正確？
□(1) 目前臺灣不是聯合國的會員國。
□(2) 如果想要了解全球暖化的議題，可以參加台灣路竹會。
□(3) 臺灣參加國際奧林匹克委員會辦的奧運比賽，是用中華民國的名義參賽。
□(4) 超市販賣豐富的國外商品，可能是因為我國加入了世界貿易組織。
□(5) 世界衛生組織附屬於聯合國之下，提供全球資訊安全、駭客防範等服務。
□(6) 世界展望會舉辦「飢餓三十」活動，喚起世人重視貧窮地區糧食不足的問題。

2. 下列有關全球人權議題的敘述哪些正確？
□(1) 世界人權宣言是由聯合國所發布，只要身為人，都應該享有生命、自由、平等、工作等權利。
□(2) 經過長期的努力，目前世界上已幾乎沒有人遭受到不平等的對待。
□(3) 政府的防疫措施，雖然是以維護健康為目的，但也可能對人權造成限制，例如：實施隔離可能會侵害民眾自由。
□(4) 根據聯合國發布的 2023 年世界水資源開發報告，全球約有四分之一的人口無法獲得安全飲用水而影響健康。
□(5) 有些國家或地區，為了發展經濟，不但大量僱用工資便宜的勞工，更強迫兒童工作，例如：烏干達。
□(6) 部分國家限制女性獨自外出、接受教育，是因為擔心女孩出門在外有安全疑慮。

3. 煒煒想要善盡世界公民的責任，下列哪些思考與行動符合友善對待人群或環境？
□(1) 確認室內溫度高於 28°C 再開冷氣。
□(2) 購買商品前，留意碳足跡標章。
□(3) 看國際新聞，關心阿富汗女權保護。
□(4) 購買雇用童工生產的巧克力品牌，以支持童工辛苦的勞動。
□(5) 資源回收時，只分類汙染較多的塑膠類即可。
□(6) 一日蔬食日，以碳排放較低的豆類代替肉類蛋白質。

4. 關於下圖漫畫的內容，哪些敘述正確？

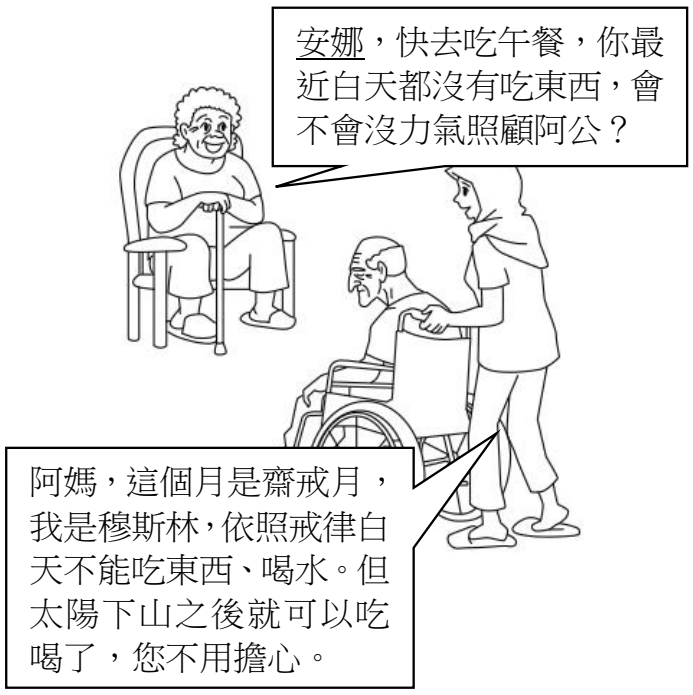

□(1) 安娜是穆斯林，因此信仰伊斯蘭教，她可能是來自印尼的居家看護。
□(2) 安娜每日都戴著頭巾，是因為不適應臺灣溼冷的氣候，需要保暖頭部。
□(3) 阿媽擔心安娜肚子餓，強迫她須吃午餐，是保護人權的行動。
□(4) 安娜參與齋戒月的戒律，屬於基本人權中「宗教信仰」的自由。
□(5) 安娜拒絕吃午餐，代表她沒有融入臺灣的文化，不尊重雇主。

5. 下圖為「每公斤食物所產生的碳排放量排行表」，哪些敘述正確？

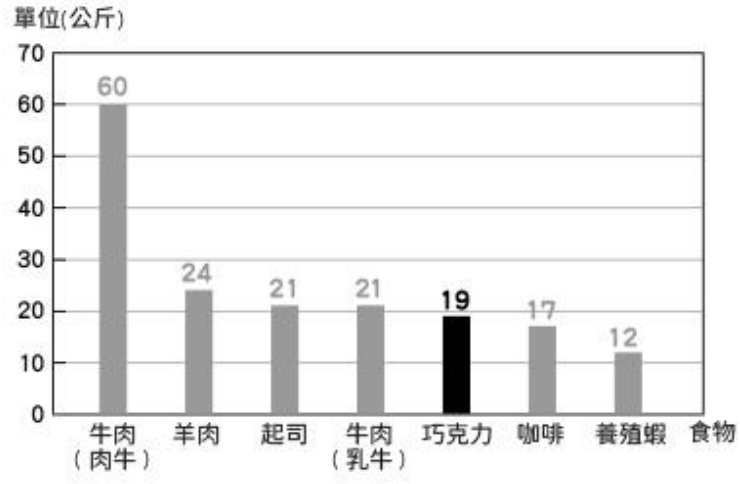

□(1) 食物在生產、運輸的過程中，會產生碳排放量。
□(2) 相較於肉類，養殖蝦的碳排放量較低，可以適當食用。
□(3) 多吃肉類，例如：牛肉、羊肉等，有助於減緩全球暖化。
□(4) 巧克力的碳排放量在日常生活常見的食物中排名第五，也屬於高度碳排放食物。

四、閱讀題組：每答 2 分，勾選題每答 1 分，共 21 分

（一）〈韓國發生史上最大野火〉

西元 2025 年，韓國正經歷史上最大規模的森林野火，火勢延燒超過一週，已造成 26 人死亡，3.7 萬人緊急撤離，還有歷史悠久的寺廟也被燒毀。火災主要發生在韓國東南部，切斷了道路和通訊，造成許多居民驚慌逃難。

森林燒毀的面積已達 3 萬 5810 公頃，由於韓國多山，當局派出超過 120 架消防直升機滅火，仍有多位消防員不幸殉職。

火災之所以難以控制，與「▲」和風向變化有關。氣象單位表示，今年南部地區的火災次數是去年的兩倍多。即使未來幾天有預測降雨，但多數地區降雨不足 5 毫米，對滅火幫助不大。

專家指出，全球氣候變遷會讓野火變得更加頻繁且危險，升高的氣溫讓地形變成容易燃燒的危險地帶。氣候變遷正影響世界各地的自然災害，包括熱浪、強降雨、乾旱等。

（改寫自中央社：https://www.cna.com.tw/news/aopl/202503270187.aspx）

(　　) 1. 韓國森林火災主要發生在哪個地區？
①北部城市②東南部山區③首都附近④西北海岸。

(　　) 2. 何者**不是**這場韓國火災造成的影響？
①政府限制孩童上學②道路和通訊被切斷③歷史悠久的寺廟被燒毀④26 人死亡，3.7 萬人緊急撤離。

(　　) 3. 文中「火災之所以難以控制，與『▲』和風向變化有關」，「▲」最可能為何？
①起火地點在都市區②消防員經驗尚不足③天氣異常乾燥少雨④火災發生在晚上時。

（二）〈洛杉磯奧運場館規劃，融合城市地標〉

西元 2028 年夏季奧運將在美國洛杉磯舉辦。主辦單位宣布，本屆奧運將以更★的方式進行，不會興建新的永久性場館，而是善用城市原有的設施，減少資源浪費。

洛杉磯 奧運籌備會指出，這次比賽場館多安排在知名地標與既有體育館。例如：道奇體育場將舉辦棒球賽事；環球影城內的電影場景則將首次成為壁球比賽地點；威尼斯海灘將成為鐵人三項起點與馬拉松、公路自由車的起跑區。

本屆奧運強調「★、共享與社區參與」的精神，展現洛杉磯作為全球體育、文化與娛樂交會之都的獨特優勢，打造一屆具備「好萊塢風格」的奧運盛會，讓選手與觀眾都能享受世界級賽事體驗。

（改寫自奧林匹克委員會：https://www.tpenoc.net/news/la28s-latest-venue-plan/）

(　　) 1. 本屆奧運的場館規劃有什麼特別之處？
①建造多功能性的體育場 ②具有原住民風格 ③將大部分比賽集中在海邊舉行④使用現有場館與地標。

(　　) 2. 文中的「★」是指哪一個概念？
①奢華②高科技③多元文化④永續。

(　　) 3. 本屆奧運的場館規畫最符合聯合國的哪一項 SDGs 目標？
①尊榮就業與經濟發展 ②負責任的消費與生產 ③永續城市與社區 ④性別平等。

（三）〈伊拉克通過 9 歲童婚法案〉

你能想像自己 9 歲就結婚嗎？西元 2025 年 1 月，中東地區的伊拉克通過一項法案：允許年僅 9 歲的女孩合法結婚，並讓宗教當局決定婚姻、離婚及子女監護等家庭事務的權力。這則消息引起世界各地的強烈反對， 人權團體更擔心兒童性剝削變得合法化。

根據聯合國兒童基金會調查，全球約有 1200 萬位女孩在 18 歲前結婚，有些甚至不到 15 歲。此現象普遍存在於南亞、撒哈拉以南非洲、中東和部分拉丁美洲國家，伊拉克則有高達 28% 的女孩在 18 歲前就已結婚。童婚常使女孩失學、忙於家務，經濟難以獨立，此外，女孩因身體尚未發育完全，容易死於懷孕與生產，引發健康、家庭暴力、心理創傷等一連串的問題。

為什麼會有童婚？除了國家維護政治利益，部分宗教信仰對婚姻較沒有年齡限制之外，最大的原因就是「貧窮」，父母難以供養孩童，便會安排出嫁女兒以減輕家庭負擔。脆弱的社會體制以及性別不平等的觀念，使童婚至今無法被根除。

（改寫自 ETtoday：https://www.ettoday.net/news/20250123/2897747.htm）

1. 根據文章，童婚可能會傷害到哪些人權？
□（1）自由權
□（2）健康權
□（3）生命權
□（4）平等權
□（5）受教育權

(　　) 2. 根據文章，哪個地區較**沒有**童婚風險？
①撒哈拉以南非洲②北歐國家③中東地區④南亞地區。

(　　) 3. 根據文章，何者是童婚造成的影響？
①女孩能較早經濟自主 ②家庭暴力風險降低 ③兒童性剝削問題合法化 ④女孩參與政治的機會提升。

試題共 4 面，此面為第 4 面。恭喜你完成國小的最後一份社會考卷，畢業快樂😊！