新北市永和區頂溪國民小學114學年度上學期六年級期末評量試卷

領域	數學	班級	六年　　班	座號		姓名		成績	

一、選擇題(一題2分，共10分)

(　　)1. 請問下列哪一個方法可以找出圓周長?

①半徑×圓周率

②將圓對摺，用尺量直線的長度。

③用繩子將圓圍一圈並剪斷，繩子的長度就是圓周長。

④用兩個三角板分別夾在圓的兩側，三角板間的距離就是圓周長。

(　　)2. 六年一班的男生有14人，女生有10人，請問下列敘述何者**錯誤**?

①男生占全班人數的比率是$\frac{7}{5}$

②女生和男生的比值是$\frac{5}{7}$

③女生人數是男生人數的$\frac{5}{7}$倍

④男生和女生的比是7:5

(　　)3. 哪一個圖形的周長與其他三個**不一樣**?

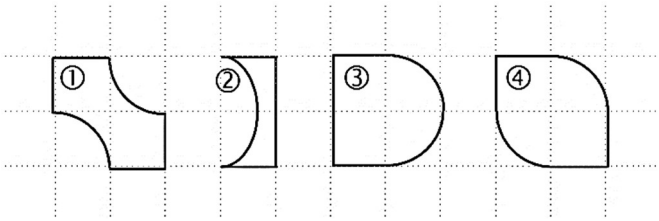

(　　)4. 放大圖與縮小圖的敘述下列何者**錯誤**?

①可以透過比例尺知道放大或縮小的倍數。

②2倍放大圖，對應邊長會變2倍長。

③圓的2倍放大圖，圓周長會變2倍長。

④2倍放大圖，對應角會變2倍大。

(　　)5. 皮卡丘沿著三個圖形的周界走一圈，請問哪一條路最長?

①正方形 ②三角形 ③圓形 ④無法判斷。

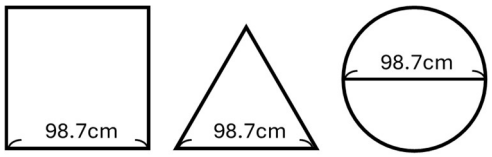

二、填充題(一格2分，共30分)

1. 小其今年8歲，小立今年6歲。

(1) 8年後小其和小立差(　　)歲

(2)怎麼列式表示小其年齡和小立年齡的關係?

_____

2.

動物	鴕鳥	灰熊	長頸鹿	大象
身高(公分)	280	300	600	400

請根據上表回答問題**(請用最簡分數回答)**

(1) 鴕鳥身高是大象身高的(　　)倍，

鴕鳥身高是(基準量 / 比較量)。

(2) 灰熊身高當作1時，長頸鹿身高是(　　)，

大象身高是(　　)。

3.請看右圖回答:

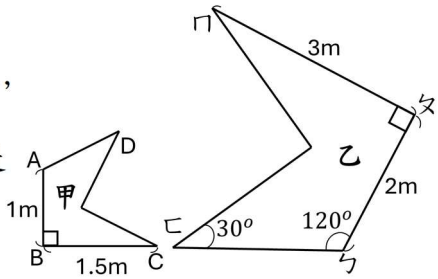

(1)∠A=(　　)度，

點ㄇ的對應點是

點(　　)，

$\overline{AD}$的對應邊是(　　)。

(2) 甲圖是乙圖的(　　)倍縮小圖。

(3) 請用直尺實際測量$\overline{AB}$的長度

是(　　)公分**四捨五入取到整數**，

將甲圖的比例尺用**比**表示(　　)。

4. 觀察右方小扇形與大扇形，



(1) 兩個扇形的圓心角

(相同 / 不同)

(2) 兩個扇形弧長

(相同 / 不同)，

因為:_____

_____

【◎請注意，背面還有試題！】

三、算算看，畫畫看（第 1 題一個答案 2 分，2~4 題一題 3 分，共 24 分）

1. 寒寒用 Canva 設計了一張地圖，地圖上 3 公分的路，實際上有 6 公里，下列哪些可以做為地圖的比例尺?正確請畫 O，錯誤請打 X

(　　) $\frac{1}{200000}$　　(　　) 0 600m

(　　) 0 2km　　(　　) 0 6km 0

(　　) 3:6　　(　　) 1:600000

2. 請算出下圖**周長**。

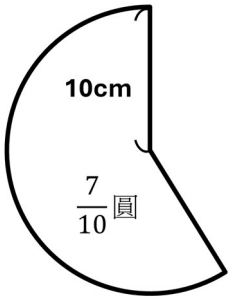

答:

2. 請算出下圖周長。

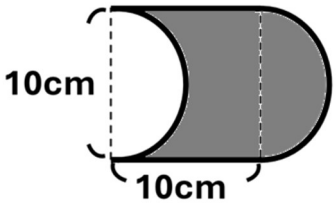

答:

3. 下圖由 4 個 $\frac{3}{4}$ 圓組成，周長為 94.2 公分，請算出圓的直徑。



答:

4. 請畫出下圖 3 倍的放大圖

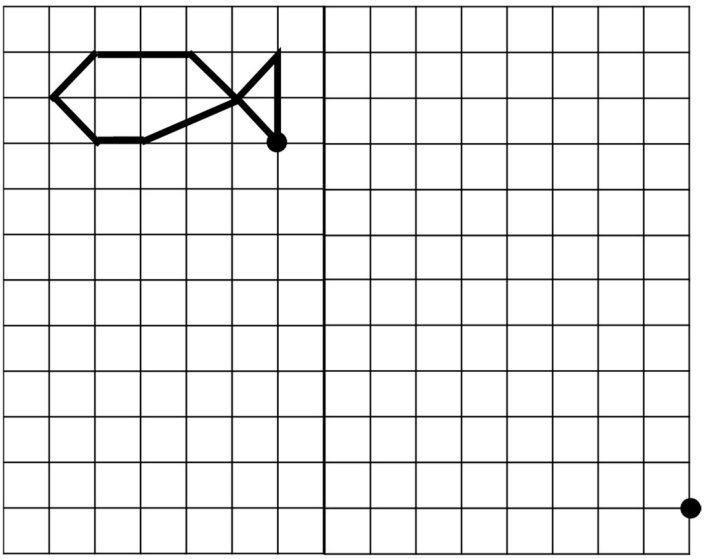

四、題組題(一題 4 分，共 12 分)

芠芠想存錢買禮物，於是決定每天把錢包裡 5 元或 10 元的零錢都投進存錢筒，並記錄每天存多少錢。

1. 芠芠的筆記本紀錄了 3 個金額，但忘記哪個金額是存錢筒裡的錢，只知道現在硬幣總共有 25 個，請幫芠芠做出判斷?
（請以算式或文字說明理由）

2. 呈上題，5 元硬幣有幾個? 10 元硬幣有幾個?

3. 芠芠想買傑利鼠自動筆，今天文具店全面打八折，自動筆售價比定價便宜 38 元，請問芠芠的錢足夠買這隻自動筆嗎?
（請列式並計算說明）

【◎請繼續寫下一張試題！】

領域	數學	班級	六年　　班	座號		姓名		成績	

五、應用題(一題 4 分，共 20 分)

1. 妮妮的碗裡原本有 600 毫升的牛奶，純純把自己的 100 毫升牛奶倒給妮妮後，兩人的牛奶會一樣多，請問現在純純有多少毫升的牛奶?純純原本有多少毫升的牛奶?

2. 畢業旅行有六人房和四人房，房間共訂了 25 間，參加人數共有 126 人，請問六人房和四人房各有幾間?

3. 畢業旅行房間六人房面積比四人房面積多 45%，四人房面積有 30 坪，請問兩間房間共幾坪?(請列出一個算式算算看)

4. 薇薇騎單輪車繞公園，輪子直徑 60 公分，輪子共轉了 50 圈，請問薇薇大約騎了多少公尺?

5. 下圖是雙人房簡易的房間配置圖，請用尺量出房間長、寬**四捨五入取到整數**，並填入圖中括弧，再計算出房間實際的面積有多少平方公尺?

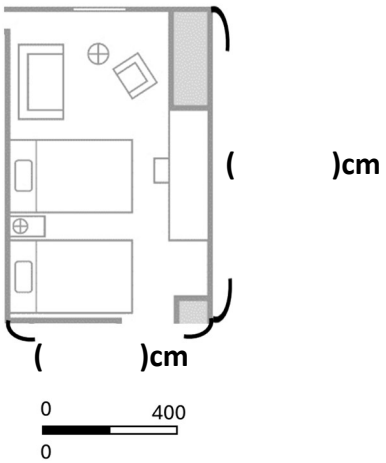

六、生活素養題(判斷 1 分，理由 3 分)

跨年期間，路邊行道樹有燈泡裝飾，燈泡會透過亮燈與熄燈創造許多變化，阿善帶老婆去欣賞，他們仔細觀後做了下表:

熄燈數(個)	40	60	0	54	17
亮燈數(個)	40	20	80	26	63

阿善說:「我觀察到亮燈數和熄燈數有倍數關係!40 的 1 倍是 40，20 的 3 倍是 60，所以我可以用『倍數』的算式表示亮燈數和熄燈數的關係」

你認為阿善的說法正確嗎?請說明理由或寫出正確的關係式。

①阿善的說法是否正確?

②判斷說明:

【試卷到此結束】